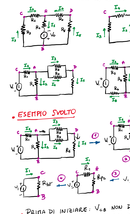

CIRCUITI ELETTRICI

- Ricordare le convenzioni
- Ricordare Ven, V_{AB}, V_{CD}



ESEMPIO SVOLTO



- PRIMA DI INIZIARE: V_{CB} NON DEVE ESSERE CALCOLATO. V_{CB} E' LA TENSIONE AI CAPI DEL GENERATORE DI CORRENTE
  $V_{CB} = V_1$ — PER MEGLIO DIRE DEL GENERATORE DI TENSIONE
- DALL'ULTIMO CIRCUITO EQUIVALENTE E FACILE CALCOLARE I_3
  $I_3 = \frac{V_{AB}}{R_{EQ}}$
- DAL TERZO CIRCUITO EQUIVALENTE POSSIAMO RICAVARE V_{AB}:
  $V_{AB} = R_{P_2} \cdot I_2$
- DAL SECONDO CIRCUITO EQUIVALENTE SI RICAVANO I_2 E I_1
  $I_2 = \frac{V_{AB}}{R_2}$
  $I_1 = \frac{V_{AB}}{R_{P_1}}$
- DAL PRIMO CIRCUITO EQUIVALENTE POSSIAMO RICAVARE:
  $V_{AB} = R_{P_1} \cdot I_1$
  $V_{AB} = R_{P_2} \cdot I_2$
  $I_2 = \frac{V_{AB}}{R_{P_2}}$
  $I_1 = \frac{V_{AB}}{R_{P_1}}$

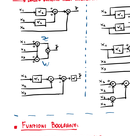
- QUINDI: CIRCUITI EQUIVALENTI $\rightarrow I_1 \rightarrow V_{AB} \rightarrow I_2 \rightarrow I_3$

SCHEMI A BLOCCHI:

DALLA RELAZIONE ALLO SCHEMA

- $y = (x_1 - x_2 - x_3) \cdot x_4$
- $y = (x_1 + x_2) \cdot (x_3 - x_4)$
- $y = (x_1 + x_2 + x_3) \cdot x_4$
- $y = x_1 \cdot (x_2 + x_3 + x_4)$
- $y = (x_1 + x_2) \cdot x_3 + x_4$
- $y = (x_1 \cdot x_2 + x_3) \cdot x_4$

DALLO SCHEMA ALLA RELAZIONE



FUNZIONI BOOLEANE:

DALLA TABELLA ALLA FUNZIONE

a	b	y
0	0	0
0	1	1
1	0	1
1	1	0

a	b	c	y
0	0	0	0
0	0	1	1
0	1	0	1
0	1	1	0
1	0	0	1
1	0	1	0
1	1	0	0
1	1	1	1

a	b	c	y
0	0	0	1
0	0	1	0
0	1	0	0
0	1	1	1
1	0	0	0
1	0	1	1
1	1	0	1
1	1	1	0

ESEMPIO SVOLTO:

a	b	y
0	0	0
0	1	0
1	0	0
1	1	1

1) a) CLASSICO 3 CASI DIVERSI IN CUI PRENDERE ASSEGNARE UNO A DELLE CASE
   b) CONTARE I UNI PRESENTI IN TABELLA PER ASSEGNARE UNO DI DELLE CASE

$y = \bar{a}b + a\bar{b}$ → PRODOTTI PARZIALI

- LE UNO NEGATIVI UNO → $y = 1$
- CIASCUN PRODOTTO CONTROLLARE DISGIUNZIONE DI 0

$= \overline{\bar{a}b + a\bar{b}}$

a	b	$\bar{a}$	$\bar{b}$	$\bar{a}b$	$a\bar{b}$	$\bar{a}b + a\bar{b}$
0	0	1	1	0	0	0
0	1	1	0	1	0	1
1	0	0	1	0	1	1
1	1	0	0	0	0	0

+ $\bar{a}\bar{b}$ → C'E LA TABELLA "VUOTA" DA UN LATO (NON ANCORA)

$= \bar{a}\bar{b} + ab$ → PRODOTTI PARZIALI

2) $y = (a+b)(\bar{a}+\bar{b})$

- LE UNO NEGATIVI UNO → $y = 0$
- CIASCUN PRODOTTO CONTROLLARE DISGIUNZIONE DI UNI

$(a+b) \cdot (\bar{a}+\bar{b})$

a	b	$a+b$	$\bar{a}+\bar{b}$	$(a+b)(\bar{a}+\bar{b})$
0	0	0	1	0
0	1	1	1	1
1	0	1	1	1
1	1	1	0	0

+ C'E LA TABELLA "VUOTA" DA UN LATO (NON ANCORA)

$(a+b) \cdot (\bar{a}+\bar{b}) = (a+b)(\bar{a}+\bar{b})$

DALLA FUNZIONE ALLA TABELLA


- $y = \bar{a}b(a+c)$
- $y = \bar{a}b(a+c) = \bar{a}b$
- $y = (a+b)(\bar{a}+\bar{c})$
- $y = \bar{a}\bar{c} + b\bar{a} + bc$
- $y = \bar{a}\bar{b}(a+c)$
- $y = \bar{a}^2b + \bar{a}\bar{b}c$
- $y = \bar{a}\bar{b}(a+c) = \bar{a}\bar{b}$

SEMPLIFICAZIONE FUNZIONI LOGICHE:

- $\bar{a}^2\bar{b}(b+c) = (\bar{a}\cdot\bar{a})\bar{b}(b+c) = \bar{a}\bar{b}(b+c)$
- $(b+\bar{b})(a+b) = 1 \cdot (a+b) = a+b$
- $(a+b)(a+\bar{b}) = a^2 + a\bar{b} + ba + b\bar{b} = a + a(b+\bar{b}) + b\bar{b} = a(1+1) + 0 = a$
- $(a+b)(\bar{a}+\bar{b}) = a\bar{a} + a\bar{b} + b\bar{a} + b\bar{b} = a(\bar{b}+\bar{a}) + b(\bar{a}+\bar{b}) = (a+b)(\bar{a}+\bar{b})$

SISTEMI REALI:


CONTROLLO CICLICO



S_0: PRIMO PIN (ROSSO)
S_1: SECONDO PIN (VERDE)
C_0: CONTROLLO PRECEDENTE (ARANCIONE)
C_1: CONTROLLO SUCCESSIVO (MARRONE)
C_{0+}: CONTROLLO SUCCESSIVO (MARRONE)
C_{0-}: CONTROLLO PRECEDENTE (ARANCIONE)

- SE IL VALORE RIMANE DENTRO IL VALORE MASSIMO $S_0 \rightarrow 0$.
  LA SUCCESSIVA VOLTA ASSUMERÀ C_{0+} A DISPOSIZIONE E INCREMENTERÀ DEL CONTATORE C_0
- SE IL VALORE SUPERA IL MASSIMO $S_0 \rightarrow 1$
  LA SUCCESSIVA VOLTA ASSUMERÀ C_{0+} A DISPOSIZIONE E INCREMENTERÀ DEL CONTATORE C_0


CONTROLLO RISCHIARATORE



- R_0: 4° BIT TRIODORINO
- R_1: 5° BIT TRIODORINO
- S_{on}: SE TEMPERATURA TX IN $S^{\circ} \rightarrow S_{on} = 1$
  - ATTIVA ENTRARE : SET DI TRIODORINO (R_0, R_1)
  - INCREMENTA DEL CONTATORE (C_0)
- S_{out}: SE TEMPERATURA TX IN $S^{\circ} \rightarrow S_{out} = 1$
  - ATTIVA ENTRARE : SET DI TRIODORINO (C_0, R_1)
  - INCREMENTA DEL CONTATORE (C_1)
- S_0: SE TEMPERATURA TX $< 65^{\circ} \rightarrow S_0 = 1$
  - DISATTIVA SET DI TRIODORINO R_0
- I: INTERMITTENZA (MANUALE) INTERRUTTORE DI DISCONNESSIONE
  - ATTIVA ENTRARE : SET DI TRIODORINO (R_0, R_1)
- SE DURANTE UNA TAV SET DI TRIODORINO E' ATTIVO E' NECESSARIO DISTURBARE LA CALDAIA : $C_0 \rightarrow 0$

NOTA: I SISTEMI DIFFERENZIANO DAL PRECEDENTE PERCHÉ PRESENTE DIVERSO DEL CONTROLLO CICLICO

- COME SI RICONOSCE IL PROBLEMA DI NEL CASO DI LETTURA SCORRETTA PRECEDENTE VISCOSO DISPOSITIVO TX-RX (T_0, R_0, R_1)



$R_0 + S_{out} + I_{out}$

I	S_{out}	S_{out}	R_0	
0	0	0	0	
0	0	1	0	$\rightarrow \bar{I}\bar{S}_{out}S_{out}$
0	1	0	0	STATO NON POSSIBILE
0	1	1	0	$\rightarrow \bar{I}S_{out}S_{out}$
1	0	0	0	$\rightarrow I\bar{S}_{out}\bar{S}_{out}$
1	0	1	0	$\rightarrow IS_{out}\bar{S}_{out}$
1	1	0	0	STATO NON POSSIBILE
1	1	1	0	STATO NON POSSIBILE

$R_0 = \bar{I}S_{out}S_{out} + I\bar{S}_{out}\bar{S}_{out} + IS_{out}\bar{S}_{out}$

$= \bar{I}S_{out}S_{out} + I\bar{S}_{out}(\bar{S}_{out} + S_{out})$


$R_1 = \bar{S}_{out}\left(\bar{I} + S_{out}\right)$

SONO DUE REGISTRI, INVECE

→ SI COMPRENDE DI DESCRIVERE DI ESSERE PRESENTE PER IL CASO DI UNA SOLA CONDIZIONE (R_0 PUÒ ESSERE ATTIVO SOLO IN CASO DI ASSENZA DI S_{out} E I_{out} ATTIVI)

PER CONDIZIONI CHE NON DOVREBBERO VERIFICARSI

- ORA DOVREMO VEDERE CHE I SET DI TRIODORINO R_0 ED UN STESSO COMPORTAMENTO DI R_1 (PER QUESTO CASO NON SI PUÒ ANCORA CONCLUDERE R_0 PUÒ ESSERE ATTIVO SOLO IN CASO DI ASSENZA DI S_{out} E I_{out} ATTIVI, QUINDI IN LA DISTURBANZA E' DATA DAL CONTROLLO DI S_0 DA 4° DISATTIVARE R_0 CALDAIA RUMOROSA)



$R_0 = \bar{S}_0 R_0$

DUE STATO EVIDENTE CHE NON SI SI?

- ANCHE PER QUESTO ESAMINIAMO LA DIVERSA DELLA CALDAIA TX CONTROLLO RISCHIARE DI VALORE R_0, R_1

R_0	R_1	C_0	C_{0+}	C_{0-}	
0	0	0	0	0	$\rightarrow \bar{C}_0\bar{C}_{0+}\bar{C}_{0-}$
0	0	1	0	0	
0	1	0	0	0	
0	1	1	0	0	
1	0	0	0	0	
1	0	1	0	0	
1	1	0	0	0	
1	1	1	0	0	

$T = 1$

$J = K$

- STATO INDIPENDENTE DALL'USCITA PRECEDENTE.

$$\begin{cases} R_A = \overline{S_{AM}} = \overline{Z \cdot \overline{Z_{AM}}} \\ S_A = \overline{R_A} = Z \cdot \overline{Z_{AM}} \\ C = R_A \cdot \overline{R_L} \end{cases}$$

- TUTTAVIA QUESTO OGGETTO SI BLOCCA. CONSIDERIAMO UNA SUCCESSIONE DEI SEGNALI:

Z_{AM}	Z	Q
0	1	0
0	0	0
0	1	0
1	1	0
1	0	0
1	1	0

$$Q = \overline{\overline{Q} \cdot Z_{AM}} \cdot \overline{Z \cdot \overline{Z_{AM}}} + Z_{AM} \cdot \overline{Z} \cdot Z_{AM} + Z_{AM} \cdot Z \cdot Z_{AM} = Z_{AM} \cdot Z_{AM} + Z_{AM} \cdot Z \cdot Z_{AM}$$

- $Z = 1$, $Z_{AM} = 0$ $\rightarrow$ $Q = 0$
- $Z = 0$, $Z_{AM} = 0$ $\rightarrow$ $Q = 0$
- $Z = 1$, $Z_{AM} = 1$ $\rightarrow$ $Q = 0$
- $Z = 0$, $Z_{AM} = 1$ $\rightarrow$ $Q = 0$
- $Z = 1$, $Z_{AM} = 1$ $\rightarrow$ $Q = 1$

$$Q = \overline{\overline{Q} \cdot Z_{AM}} \cdot \overline{Z \cdot \overline{Z_{AM}}} + Z_{AM} \cdot \overline{Z} \cdot Z_{AM} + Z_{AM} \cdot Z \cdot Z_{AM} = \overline{\overline{Q} \cdot Z_{AM}} + Z_{AM} \cdot \overline{Z} + Z_{AM} \cdot Z$$

$$Q = Z_{AM} \cdot Z + Z_{AM} \cdot \overline{Z}$$

- QUINDI ABBIAMO:

$$\begin{cases} \overline{R_A} = (Z_{AM} = 1 \cdot \overline{Z_{AM}}) \cdot \overline{15} \\ S_A = \overline{R_A} \\ C = R_A \cdot \overline{R_L} \\ Q = Z_{AM} \cdot Z + Z_{AM} \cdot \overline{Z} \end{cases}$$

IMPLEMENTIAMO CON PORTE LOGICHE: (STATO DIVERSO, MANCA)



CON SINCRONISMO DIVERSO: